Nombre del proyecto:	Investic
Título del OVA:	Adición y sustracción.
Tema:	Adición de números de dos cifras.
Competencia:	El estudiante resuelve adiciones de números de dos cifras de acuerdo a su valor posicional.
Materiales:	Lápiz y colores.

Para resolver adiciones de números de dos cifras, no olvides escribir los números de forma ordenada en columnas de acuerdo a su posición, escribe el signo más y haz una línea para separar los sumandos del resultado que conocemos como suma, finalmente suma primero las unidades y luego las decenas, las unidades se escriben en las unidades y las decenas en las decenas.

1. Organicen grupos de tres o cuatro estudiantes. Ahora pinten las figuras para representar cada sumando, luego escríbanlos en la tabla y encuentren el resultado.

Ejemplo: a) 34 + 25 =?

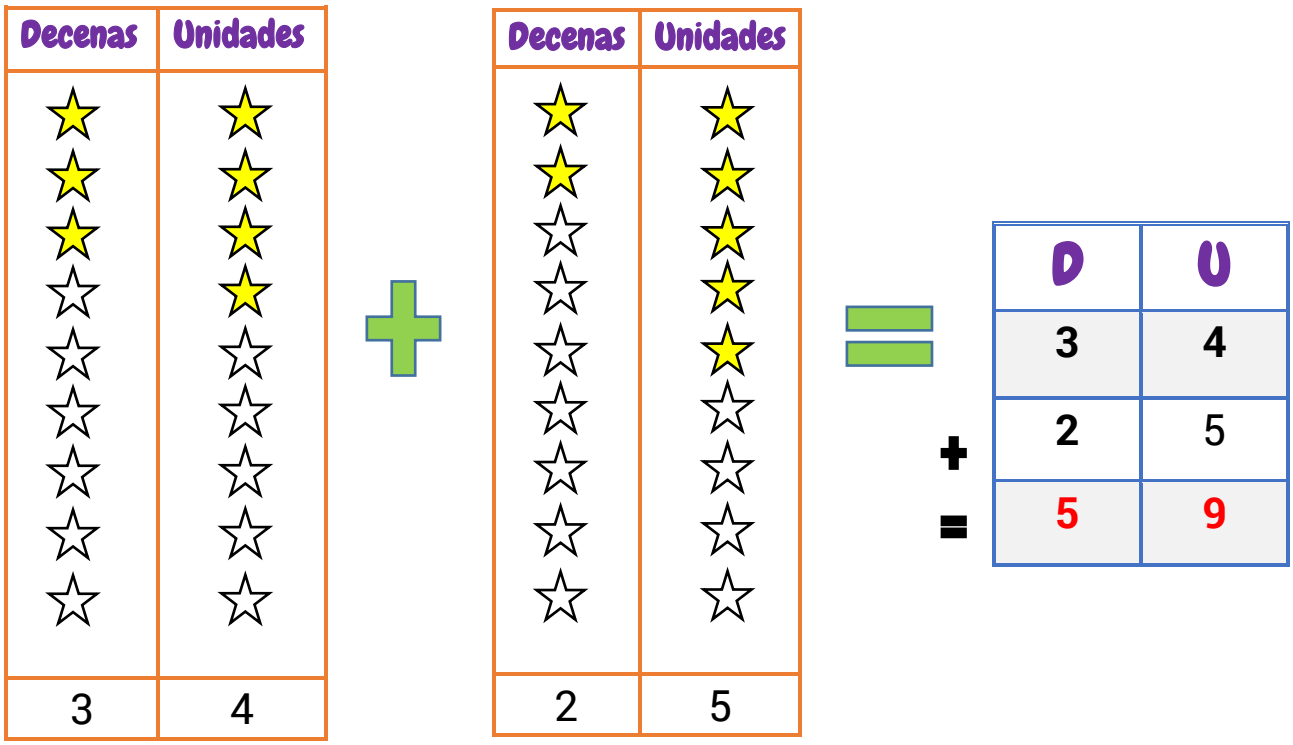

b) 13 +15

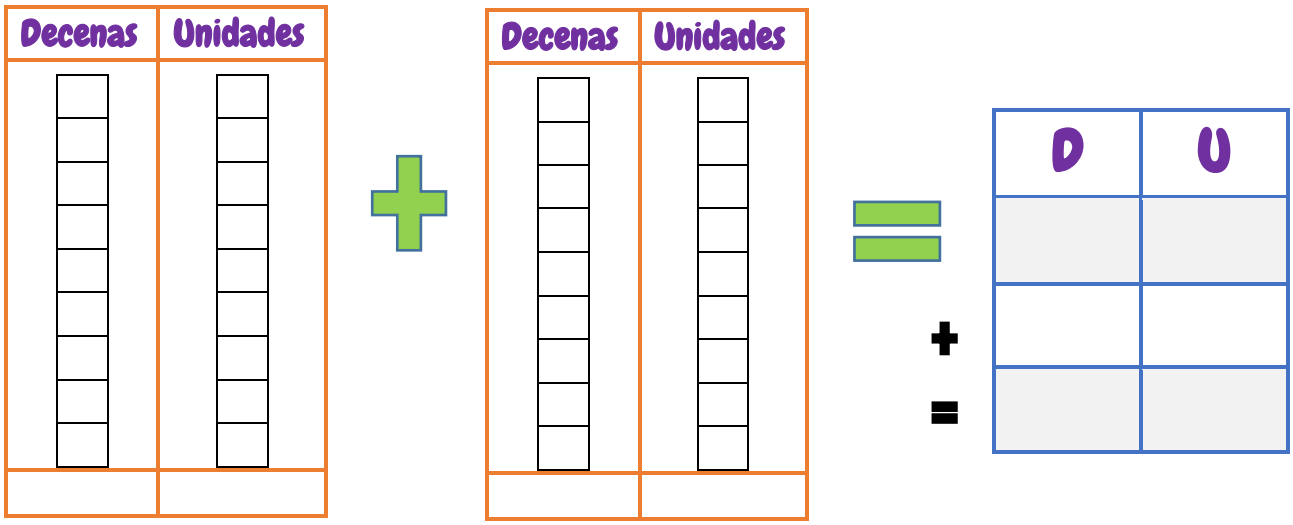

c) 56 + 22

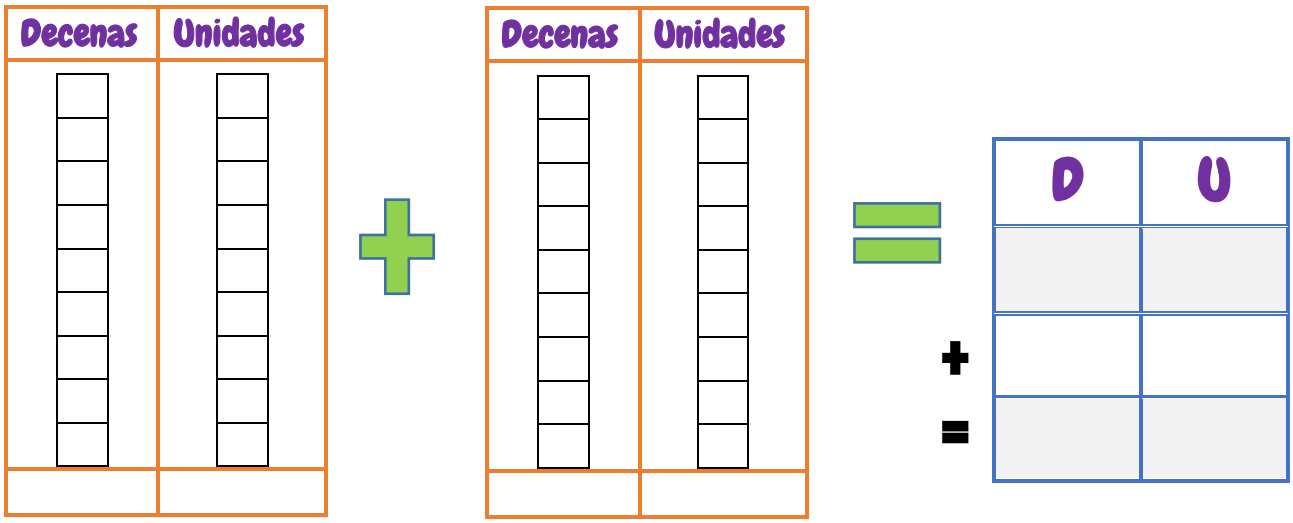

2. Resuelvan los siguientes problemas y escriban sus respuestas.

- Ayer Pipe tenía 40 tarjetas, hoy ganó 13 mas ¿Cuántas tarjetas tiene en total?

	Decenas	Unidades
+		
=		



R/ Pipe tiene en total_____ tarjetas.

- En el parque de su barrio Ivy contó 55 palomas, luego llegaron 22 más ¿Cuántas palomas se juntaron en total?

	Decenas	Unidades
+		
=		

R/ Pipe tiene en total_____ tarjetas.

- En un pedido de la tienda llegaron 60 manzanas rojas y 24 manzanas verdes ¿Cuántas manzanas llegaron en total?



	Decenas	Unidades
+		
=		

R/ Pipe tiene en total_____ tarjetas.

- La maestra de Pipe le dejó de tarea escribir 13 palabras que comiencen con “h” y 15 que comiencen con z ¿Cuántas palabras debe escribir Pipe?

	Decenas	Unidades
+		
=		

R/ Pipe tiene en total_____ tarjetas.

3. Colorea al personaje según el resultado de la operación. Al finalizar compartan sus resultados con los demás grupos.

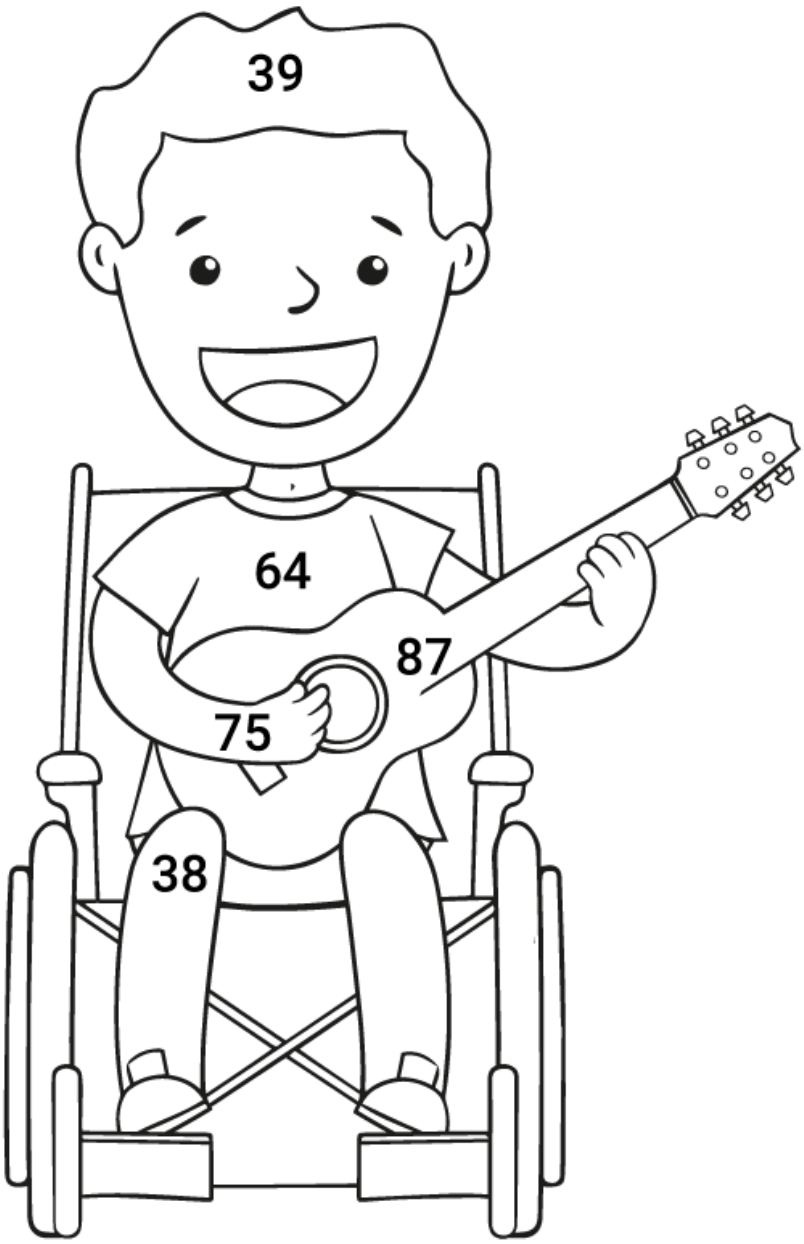

25
+ 14

33
+ 42

51
+ 13

27
+ 11

34
+ 53