Nombre del proyecto:	Investic
Título del OVA:	Adición y sustracción.
Tema:	Sustracción de números de dos cifras.
Competencia:	El estudiante resuelve sustracciones de números de dos cifras de acuerdo a su valor posicional.
Materiales:	Lápiz y colores.

Si queremos resolver sustracciones de números de dos cifras, es muy importante escribir los números de forma ordenada en columnas de acuerdo a su posición, escribe el signo menos y haz una línea para separar el minuendo y el sustraendo de la diferencia. Finalmente resta las unidades y luego las decenas.

1. Conformen grupos de tres estudiantes y resuelvan los siguientes problemas:

   a) En el bus de la escuela alcanzan 25 niños, si ya subieron 13 ¿Cuántos pueden subir todavía?

¿Cuál de las siguientes operaciones nos sirve para resolver el problema? Justifiquen su respuesta.

25 – 13 =

25 + 13 =

13 -- 12 =

12 + 13 =

_____

_____

   b) María organizó una reunión en su casa, ella invitó 37 personas, si ya llegaron 14 ¿Cuántas faltan por llegar?

_____

Escriban la operación que nos permite resolver este problema.

	D	U
−		
=		

c) En la finca del abuelo de Pipe hay 58 árboles de naranja y 24 árboles de manzana ¿Cuántos arboles de manzana se debe sembrar para igualar a los de naranja?

_____

Escriban la operación que nos permite resolver este problema.

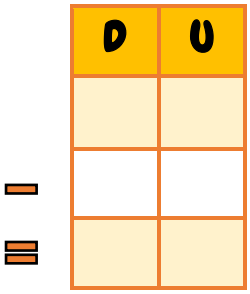

Escriban los pasos que utilizaron para resolver los problemas.

_____

_____

_____

2. Pinten las figuras para representar el minuendo y el sustraendo, luego escríbanlos de forma vertical y encuentren el resultado.

a) 78 - 45

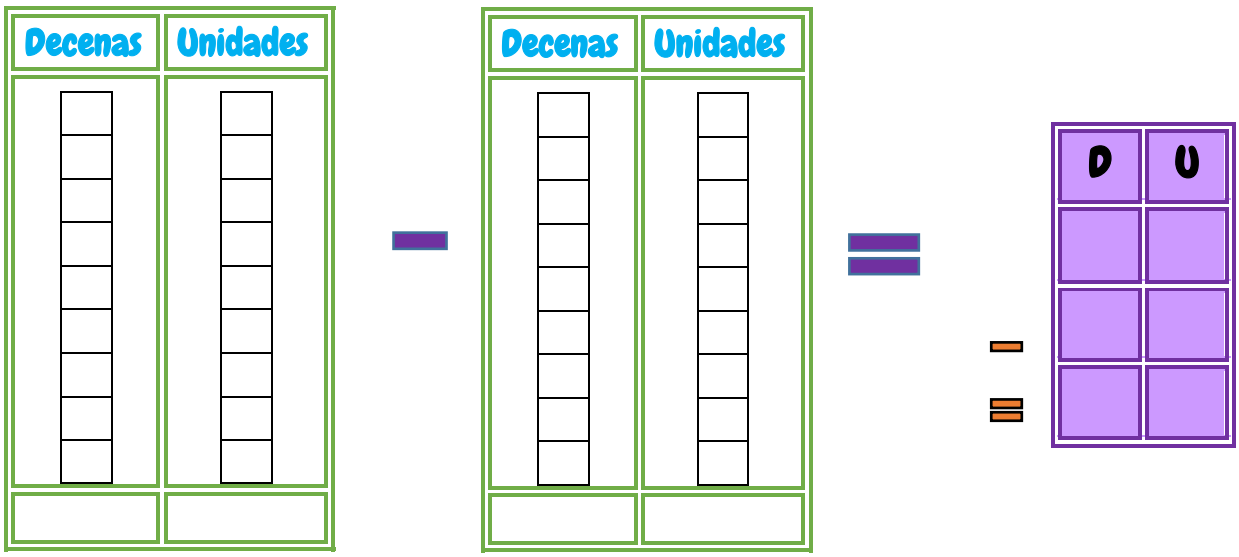

a) 85 - 33

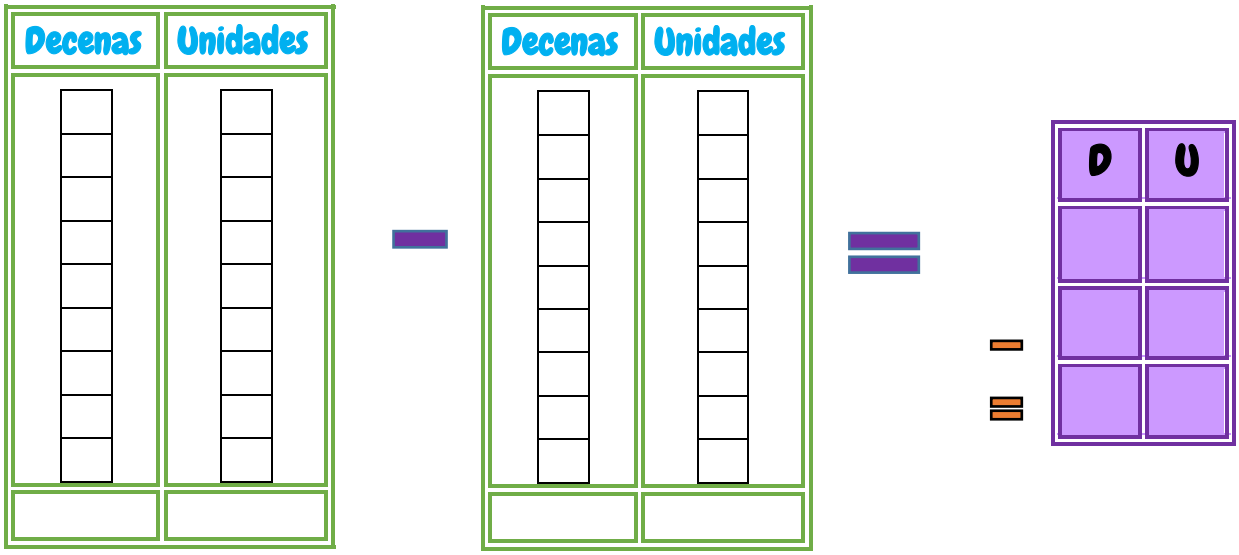

a) 69 - 28

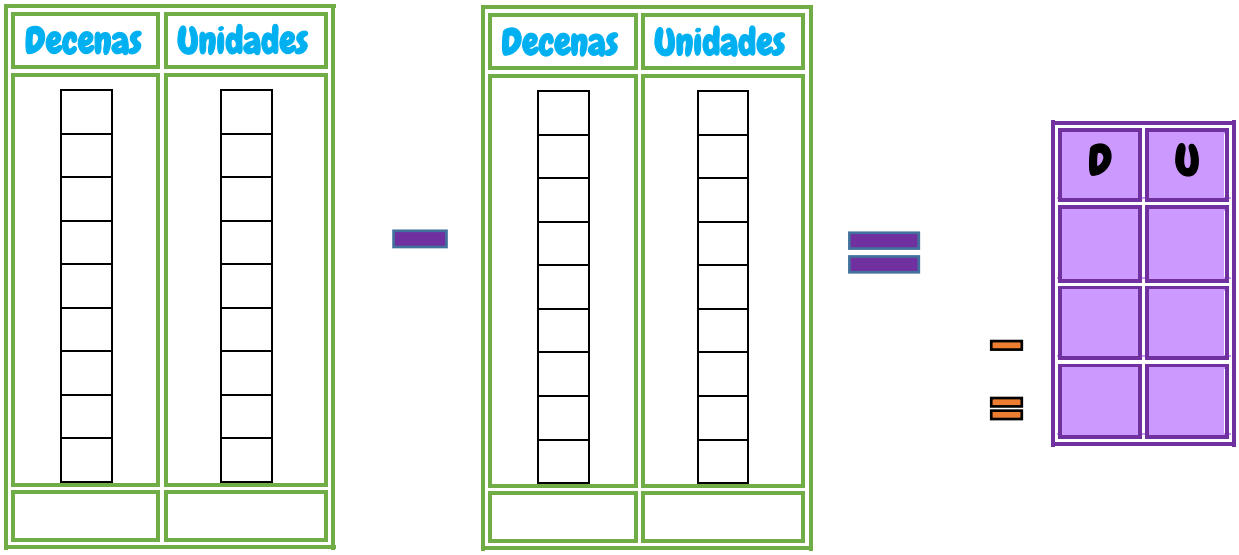

3. Ayuden a Ivy a encontrar el camino para llegar a la tienda, para ello deben resolver las operaciones, luego deben colorear el camino que contenga los resultados que obtuvieron.

79 - 54

D	U

57 – 33

D	U

58 - 14

D	U

82 - 61

D	U

95 - 64

D	U

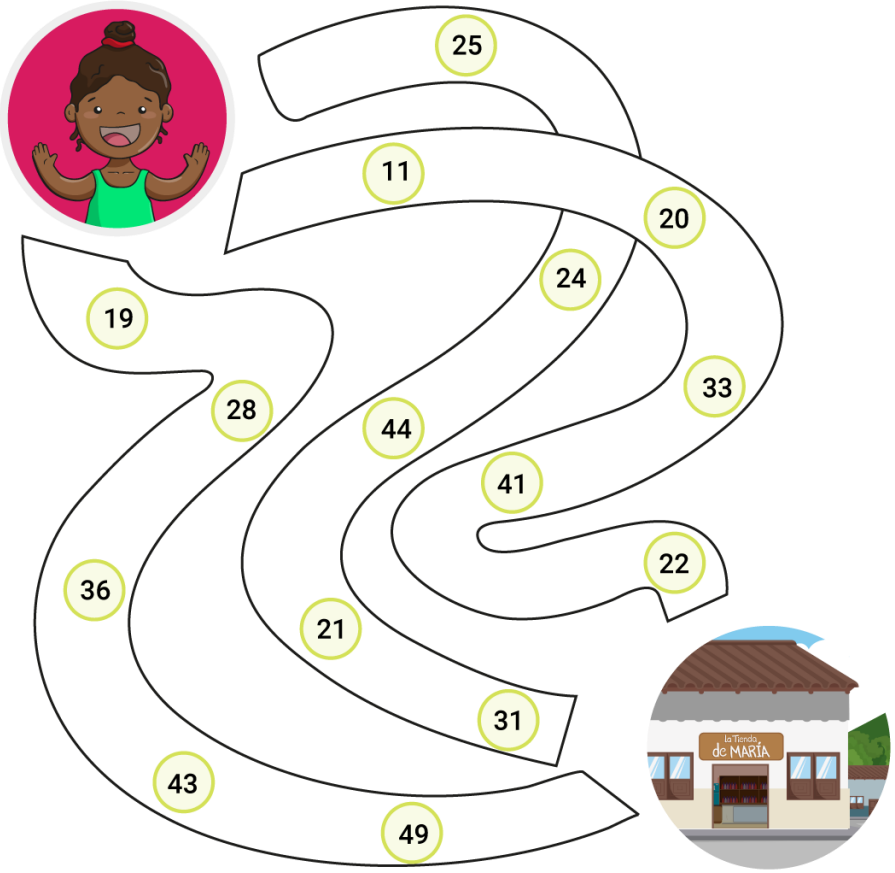

4. Finalmente socialicen y comparen sus resultados con los demás grupos.