| | |
|---|---|
| **Nombre del proyecto:** | Investic |
| **Título del OVA:** | Adición y sustracción. |
| **Tema:** | Sustracción de números de tres cifras. |
| **Competencia:** | El estudiante resuelve problemas de sustracción de tres cifras de acuerdo a su valor posicional. |
| **Materiales:** | Lápiz y colores. |

Hola amiguitos, una forma fácil de resolver sustracciones de números de tres cifras, es ubicar cada cifra de acuerdo a su valor posicional, después debemos restar ordenadamente cada columna empezando por las unidades, continuamos con las decenas y finalmente con las centenas.

1. Conformen grupos de tres o cuatro estudiantes.

Dibujen en el ábaco los siguientes números de tres cifras.

754

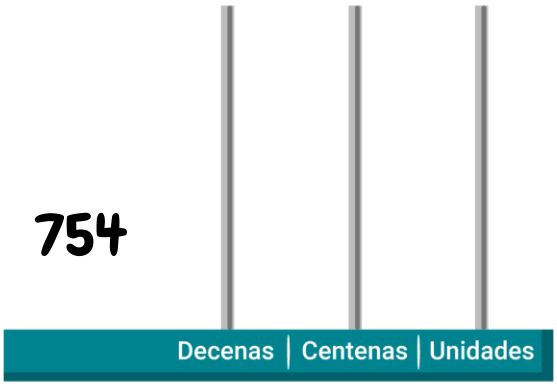


538




196




265



2. Escriban la sustracción en la tabla y completen las casillas debajo de cada operación.

## 984-362

| | C | D | U |
|---|---|---|---|
| | 9 | 8 | 4 |
| − | 3 | 6 | 2 |
| = | 6 | 2 | 2 |

Minuendo: 984

Sustraendo: 384

Diferencia: 622

## 876-150

| | C | D | U |
|---|---|---|---|
| | | | |
| − | | | |
| = | | | |

Minuendo:

Sustraendo:

Diferencia:

## 667-321

| | C | D | U |
|---|---|---|---|
| | | | |
| − | | | |
| = | | | |

Minuendo:

Sustraendo:

Diferencia:

## 553- 232

| | C | D | U |
|---|---|---|---|
| | | | |
| − | | | |
| = | | | |

Minuendo:

Sustraendo:

Diferencia:

3. Ahora resuelvan los siguientes problemas.

Ivy está leyendo un libro de 458 páginas. Si ya leyó 245 ¿Cuántas páginas le faltan para terminar de leer el libro?

| | C | D | U |
|---|---|---|---|
| | | | |
| − | | | |
| = | | | |

R/ A Ivy le faltan por leer _____ páginas.

Doña María compró una caja con 545 chocolates para su tienda, ella ha vendido 327 ¿Cuántos le faltan por vender?

| | C | D | U |
|---|---|---|---|
| | | | |
| − | | | |
| = | | | |

R/ A Doña María le faltan por vender _____ chocolates.

A la biblioteca de la escuela entraron 269 estudiantes el día de martes y el día miércoles 145 ¿Cuántos estudiantes más visitaron la biblioteca el día martes?

| | C | D | U |
|---|---|---|---|
| | | | |
| − | | | |
| = | | | |

R/ El martes visitaron la biblioteca _____ estudiantes más que el miércoles.

Ahora socialicen y comparen sus resultados con los demás grupos.